Test do UTK w jednym

Testy kilku różnych grup złączone w jedną „bazę pytań”

1. Sygnał s3(zielone migające) – do 100 i dwa odstępy wolne,
2. W dolnej komorze semafora nie może być migającego – sygnał wątpliwy

✓ **Sygnał Zastępczy** – Służy do pominięcia semafora nieoświetlonego, stój lub sygnał wątpliwy, bez konieczności wypisywania rozkazu pisemnego

3. Sygnały na tarczach manewrowych:

✓ niebieski - jazda manewrowa zabroniona,

✓ biały- dozwolona

Kształtowe:

Tarcza stoi – zabronione

Tarcza Leży – Dozwolone, w nocy liczą się światła jak powyżej

4. ✓ Jakiego koloru są tarcze ostrzegawcze semaforowe półsamoczynne (jakiego koloru światła mogą nadawać)– pomarańczowy i zielony
5. Jaki jest zasadniczy sygnał na semaforze SBL (samoczynnym):

✓ bez W-18 - Zielony

z W18 byłby pomarańczowy

6. ✓ Jaki jest zasadniczy sygnał na semaforze sterowanym (półsamoczynnym) - Czerwony
7. ✓ Ile pociągów może się znaleźć na jednym odstępie blokady półsamoczynnej - Tylko 1 pociąg (na samoczynnej wiele, w sytuacji pomijania SBL na stój)
8. ✓ Czym gasić urządzenia elektryczne do 1KV? odpowiedź gaśnicą proszkową
9. ✓ Jaka jest jednostka mocy - wat
10. Jaka jest jednostka pracy - dżul
11. ✓ Z czego zbudowany jest rozjazd - Składa się ze zwrotnicy, krzyżownicy i szyn łączących
12. ✓ Ile to 1KV = 1000V
13. ✓ Co ma każdy zestaw kołowy - Obrzeże
14. ✓ Kolory masztów semaforów półsamoczynnych - Czerwono-białe,
    Tarcze ostrzegawcze przejazdowe (TOP) Czarno-białe.
    Samoczynne SBL – Białe,
    Powtarzacze - szare
15. Czym jest linia kolejowa - droga wyznaczona przez zarządcę infrastruktury służąca do ruchu pociągów
16. ✓ Czym jest szlak - Część linii kolejowej między posterunkami zapowiadawczymi
17. ✓ Czym jest odcinek - Część linii kolejowej między stacjami węzłowymi
18. ✓ Czym jest łącznica - Część linii kolejowej łącząca 2 linie z pominięciem stacji węzłowej
19. Czym jest odstęp blokowy - część linii między semaforami SBL lub między semaforem sterowanym i semaforem SBL.
20. ✓ Czym oznaczamy stacje węzłowe w rozkładzie jazdy - **WIELKIMI LITERAMI**

a. Zwykłą stację – **pogrubioną czcionką.** Wszystko inne (posterunki odgałęźne itp. Normalną czcionką)

21. **Wskaźnik W24** – Jeśli blokada jest przystosowana (w rozkładzie PP, lub SS, lub SP, lub PS), to można jechać na tor lewy po wyświetleniu sygnału zezwalającego lub sygnału zastępczego łącznie z sygnałem W24.
22. **W24 w rozkładzie jazdy** – Oznacza, że na posterunku ruchu są semafory z sygnałem W24, jednak blokada nie jest dwukierunkowa (każde inne oznaczenie w rozkładzie jazdy niż powyżej) – Oznacza to, że wyjazd może odbyć się tylko na podstawie rozkazu N (może być doręczony na wcześniejszych stacjach), oraz wyświetlenia sygnału zastępczego ze wskaźnikiem W24 na semaforze.
23. Co powinien zrobić pracownik widząc możliwość zaistnienia wypadku – podjąć wszelkich możliwych kroków by mu zapobiec, a jeśli to niemożliwe – zminimalizować jego skutki
24. Licencję wydaje się na **10 lat**, przez prezesa UTK, w **1 egzemplarzu**
    a. Świadectwo wydaje przewoźnik
25. Kto może się starać o licencję - Osoba 18 letnia, niekarana, z wykształceniem minimum zasadniczym zawodowym/branżowym, która spełnia wymagania zdrowotne i ukończyła szkolenie.
26. Ile są ważne badania okresowe maszynisty – do dwóch lat
27. Co ile lat wykonywane są szkolenia po świadectwie maszynisty? – Co 3 lata
28. Po jakim czasie traci się znajomość szlaku – Po roku bez jazdy po szlaku
29. Były pytania o nazwę/symbol instrukcji. Mogą wystąpić:
    a. IE-1 sygnalizacja
    b. IR-1 ruch
    c. IR-5 radia
    d. IR-8 wypadki
    e. IR-9 manewry
    f. IR-16 przewóz materiałów niebezpiecznych
30. Czym są tory główne zasadnicze – Przedłużeniem torów szlakowych
31. Czym jest poważny wypadek (A) - każdy wypadek spowodowany kolizją, wykolejeniem lub innym zdarzeniem mającym oczywisty wpływ na regulacje bezpieczeństwa kolei lub na zarządzanie bezpieczeństwem:
    - z przynajmniej jedną ofiarą śmiertelną lub przynajmniej pięcioma ciężko rannymi;
32. Czym jest zdarzenie kolejowe - Incydent, wypadek albo poważny wypadek
33. Czym jest wypadek (B) - Zdarzenie ze stratami ludzkimi lub materialnymi
34. Za co odpowiada komisja kolejowa - ustalenie okoliczności i przyczyn zdarzenia, szacunkowe określenie rozmiarów strat z tytułu zdarzenia, sformułowanie wniosków zapobiegawczych
35. Sygnał POŻAR gwizdkiem - Jeden długi i dwa krótkie, powtarzane (nie było)
36. Co zrobić przy uszkodzeniu SHP i CA, albo radiołączności pociągowej – wezwać kierownika pociągu do kabiny maszynisty, lub jeśli jazda odbywa się w podwójnej obsadzie kontynuować jazdę, lub jeśli brak jest dwóch wyżej wymienionych doprowadzić pociąg tylko do najbliższej stacji

37. Za co odpowiadają CA i SHP - CA i SHP są odpowiedzialne za zatrzymanie pociągu jeśli maszynista nie zareaguje na ich wzbudzenie.
38. Napięcie - Woltomierzem - równolegle
39. Natężenie - Amperomierzem - szeregowo
40. Skąd wziąć Procent wymagany masy hamującej – z rozkładu jazdy.
41. Skąd wziąć Procent rzeczywisty masy hamującej - jest wyliczany ze wzoru
42. Masa ogólna - suma mas poszczególnych pojazdów pociągu również tych bez czynnego hamulca – znajduje się ona na pudle każdego pojazdu.
43. Co zrobić gdy procent wymagany masy hamującej jest większy od rzeczywistego - Zmniejszyć masę składu przez odłącznie części wagonów (można też zmniejszyć prędkość, lub dołożyć masy hamującej, zależy od klucza odpowiedzi)
44. Masa hamująca rzeczywista musi być większa lub równa od wymaganej
45. Przez przejazdy niezabezpieczone podczas manewrów 20km/h
46.

Wskaźnik W33 –Wjazd w obszar na którym obowiązuje system **GSM-R** – używana przez przewoźników kolejowych do łączności kolejowej cyfrowej
47. Oznaczenia lokomotyw:

    Ze względu na źródło napędu: E – elektryczna S – spalinowa

    Ze względu na przeznaczenie: P – Pasażerska/pośpieszna, T – Towarowa, U – Uniwersalna, M - Manewrowa
48. Co oznacza skrót ETCS - Europejski system sterowania pociągów
49. Do czego służy odgromnik - Chroni pojazd przed działaniem wyładowań atmosferycznych
50. Czym jest wykolejenie - Utrata styczności zestawów kołowych z powierzchnią toczną szyny
51. Kto może być kierownikiem manewrów - Kierownik pociągu, ustawiacz, a przy jazdach bez drużyny manewrowej dyżurny ruchu, nastawniczy lub zwrotniczy.
52. Gdzie są ustalone zasady zabezpieczenia pociągu przed zbiegnięciem - w regulaminie technicznym stacji
53. Szczelność sprawdzamy przy próbie szczegółowej
    a. Było pytanie kiedy sprawdzamy czy każdy pojazd hamuje i luzuje – tu też próba szczegółowa
54. Kiedy można pominąć semafor wskazujący „Stój” - przy pociągach rozkaz lub SZ, przy manewrach sygnał do mnie lub ode mnie
55. Ile jest pasków na kołach obręczowanych - 4 co 90°
56. Prędkości w systemie ETCS przy **jednoosobowej** obsłudze trakcyjnej - W systemie poziom L1 lub L2 - bez ograniczeń – Można powyżej 160 km/h w trybie pełnego nadzoru - FS
    a. W systemie L0, STM, L1LS – w pojedynczej obsadzie 160km/h
57. Po co maluje się paski na obręczach - By można było stwierdzić przesunięcie obręczy
58. Co to eco driving - jazda w taki sposób by zużyć jak najmniejszą liczbę paliwa lub energii

59. Co jest posterunkiem zapowiadawczym - Stacje, stacje węzłowe, mijanki, posterunki odgałęźne
    a. Było pytanie co *nie jest* posterunkiem zapowiadawczym – poprawne było chyba posterunek odstępowy
60. Do czego służy silnik spalinowy na lokomotywie – Służy do wytwarzania energii elektrycznej która napędza silniki trakcyjne
61. Pytania o zawory bezpieczeństwa – zabezpieczenie przed nadmiernym ciśnieniem
62. Sifa – odwrotny czuwak w zasadzie – kontrola czujności maszynisty
63. Czym co do zasady informuje się maszynistę o konieczności ostrożnej jazdy bez ograniczenia prędkości – rozkazem „O”
64. Kto zabezpiecza złamany pantograf na dachu pojazdu – pracownik pogotowia energetycznego, uprawniony pracownik
65. Ile przysługuje maszyniście odpoczynku dobowego – min. 11 godzin
    a. Gdyby pytali o odpoczynek tygodniowy – 35 godzin
66. Do czego służy pantograf – do odbierania prądu z sieci
67. Do czego służy uszyniacz – łączy obwód główny lokomotywy z przewodem powrotnym (z szyną)
68. Do czego służy sprężarka – zasila układy pociągu w sprężone powietrze
69. Do czego służy nawrotnik - zmienia kierunek przepływu prądu w uzwojeniach silników trakcyjnych
70. Ile wynosi ciśnienie robocze w przewodzie hamulcowym głównym - 0,5MPa
71. Do czego służy wyłącznik szybki – do ochrony lokomotywy przed zwarciami
72. Kto opracowuje szczegółowe wytyczne prowadzenia ruchu pociągów - zarządca infrastruktury w instrukcjach wewnętrznych
73. Na ile przebiegów manewrowych jest ważna zgoda na manewr – tylko na jeden
74. Kiedy można jechać bez próby hamulca – **Skład manewrujący** na stacji (czy ogólnie manewry), oraz lokomotywa luzem, gdyż ona ma swoją próbę wpisaną w książkę. Pociągi, również ratunkowe i robocze próbę hamulca (i jej kartę) muszą mieć.
75. Co oznacza jazda na widoczność – na jednym odstępie SBL może znajdować się więcej niż 1 pociąg
76. W czym przewozi się paliwo – w cysternach
77. Hamulec elektrodynamiczny (ED) to hamulec, w którym siłę hamowania uzyskuje się w elektrycznych silnikach trakcyjnych, hamowanie prądem
78. Gdzie występuje koło Bose – w zestawach kołowych obręczowanych
79. Czy maszyniście wolno wejść na dach lokomotywy – Nie
80. Co zrobić podczas manewru gdy jedziemy na tor inny niż omówiony – natychmiast się zatrzymać i wyjaśnić sytuację
81. Budowa lokomotywy:

    Ao,Ao,Ao - trzy jednoosiowe wózki napędne z indywidualnym napędem osi

    Bo,Bo - dwa dwuosiowe wózki napędne z indywidualnym napędem osi

    Co, Co - dwa trzyosiowe wózki napędne z indywidualnym napędem osi

82. Czym poinformujemy maszynistę o przeszkodzie na szlaku nie ograniczając prędkości – rozkaz pisemny „O”
83. Jaki rozkaz na pominięcie S1 na semaforze wjazdowym do stacji – S, natomiast z toru lewego N.
84. Jaki dokument potwierdza próbę hamulca – karta próby hamulca
85. Co to elektroniczny dziennik ruchu(EDR) - system rejestruje czasy wjazdu/wyjazdu pociągów, opiera się to na śledzeniu zajmowania przez określony pociąg kolejnych odcinków.
86. Przejazdy kolejowo drogowe i ich kategorie:

    kategoria A – zamykane przez pracownika kolejowego – sygnalizacja i rogatki

    kategoria **B** - zamykane przez pociąg – sygnalizacja świetlna i półrogatki

    kategoria C - zamykane przez pociąg – Znak STOP, sygnalizacja świetlna i **brak rogatek**

    kategoria **D** – **bez urządzeń na przejeździe, nic nie ma** kategoria

    E - przejścia dla pieszych kategoria

    F - przejazdy niepubliczne (RTS)
87. Kondensator – służy do przechowywania energii elektrycznej
88. RID – Przewóz towarów niebezpiecznych
89. RIV -Przepisy o wzajemnym użytkowaniu wagonów towarowych w komunikacji międzynarodowej
90. RIC - Przepisy o wzajemnym użytkowaniu wagonów osobowych i bagażowych w komunikacji międzynarodowej
91. UIC – Międzynarodowy Związek Kolei – zrzesza kolei w Europie i z poza niej
92. Co oznacza litera „**T**” w rozkładzie jazdy - Trudny podjazd do stacji dla pociągu towarowego – Zatrzymanie przed semaforem wjazdowym grozi niemożnością ruszenia

    T – Ciężki pociąg towarowy

    4SS – Czterostawna wieloodstępowa (samoczynna) blokada liniowa na szlaku dwu lub więcej torowym, przystosowana dla jazdy pociągu po torze w kierunku przeciwnym do zasadniczego.

    SS – Trzystawna wieloodstępowa (samoczynna) blokada liniowa na szlaku dwu lub więcej torowym, przystosowana dla jazdy pociągu po torze w kierunku przeciwnym do zasadniczego.

    PP – Jenoodstępowa (półsamoczynna) blokada liniowa na szlaku dwu lub więcej torowym, przystosowana dla jazdy pociągu po torze w kierunku przeciwnym do zasadniczego.
93. Na jakiej podstawie odbywa się przejazd pociągów pasażerskich – wewnętrzny rozkład jazdy pociągów

94. Sygnał Rp 1 „Baczność”

a) Jeden długi ton dźwiękowym urządzeniem ostrzegającym pojazdu kolejowego.

95. Sygnał Rp 1 „Baczność” maszynista daje:

a) W przypadku mijania się pociągów jadących w przeciwnych kierunkach na przejeździe kolejowo – drogowym lub przejściu lub w ich bezpośrednim sąsiedztwie

96. Sygnał Z 2 „Jazda dozwolona”, Dzienny i nocny,(Kresa ukośna czarna pod kątem 45° w górę ku stronie prawej, na tle białej okrągłej tarczy) dla kogo ten sygnał jest ważny.

a) Sygnał Z 2 na tarczy zaporowej zezwala na przejazd manewrującego taboru kolejowego poza tę tarczę, a nadany łącznie z sygnałem zezwalającym na semaforze w ramach utwierdzonej drogi przebiegu, zezwala na przejazd pociągu.

97. Jak jest nadawany sygnał Alarm?

a) Jeden długi i trzy krótkie dźwięki dźwiękowego urządzenia ostrzegającego lokomotywy, powtarzane kilkakrotnie

98. Jeżeli na semaforze z literką „m”wyświetla się sygnał jedno matowobiałe światło razem z sygnałem S1- stój to co on oznacza?

a) Sygnał wątpliwy

99. Wskaźnik W 19 „Wskaźnik uprzedzający o braku drogi hamowania”Biała strzała, zwrócona ostrzem ku dołowi, na czarnym tle":

a) W odległość między dwoma następnymi semaforami lub między następną tarczą ostrzegawczą semaforową a semaforem jest mniejsza od obowiązującej na danej linii kolejowej długości drogi hamowania

100. Sygnał zastępczy Sz „Można przejechać obok semafora wskazującego sygnał Sr 1 lub S 1 „Stój” albo sygnał wątpliwy, albo też semafora nieoświetlonego lub przejechać obok sygnalizatora sygnału zastępczego, mającego wyłącznie latarnię ze światłem białym - bez rozkazu pisemnego” zezwala na:

a) Jazdę do następnego semafora, tarczy zaporowej, miejsca ustawienia tarczy zatrzymania D1.

101. Wyjazd pociągu na szlak z blokadą samoczynną na podstawie sygnału zastępczego i rozkazu pisemnego S doręczonego drużynie pociągowej lub przekazanego za pomocą urządzeń łączności na unieważnienie SBL oznacza:

a) Jazda z prędkością do 40 km/h obowiązuje w granicach posterunku ruchu.

102. Rp1 należy podawać,gdy:

a) Przed ruszeniem z miejsca nieplanowanego zatrzymania.

b) Przy uruchamianiu pociągów ze stacji.

c) Podczas mijania się pociągów przez przejazdy drogowo piesze.

d) Po minięciu W6a.

103.Sygnał manewrowy nocny ręczny latarka sygnałowa z białym światłem poruszana

poziomo:

a) Rm do mnie

b) Ode mnie

c) Odrzucić

d) Sygnał wątpliwy

104. Tarcza zaporowa z sygnałem Z2 oznacza:

a) Przejazd dla manewrów

b) Przejazd dla pociągu

c) Przejazd dla manewru i pociągu

d) Przejazd dla manewrów i przy podanym sygnale zezwalającym na semaforze również dla pociągów

105. Co powinien zrobić maszynista po odebraniu sygnału A1r?

a) Przełączyć sie na kanał 8 i nawiązać kontakt z dyżurnym ruchu dlaczego został podany radiostop.

106. Co powinien zrobić maszynista po usłyszeniu słowa „alarm" na radiu?

a) Zatrzymać pociąg i zostać na kanale na którym usłyszał słowo alarm

107. Pojemność akumulatora wyrażamy w?

a) Amperogodzinach

108. Sygnał nocny D8 „dróżnik obecny na przejeździe", czyli latarka poruszana pionowo jest stosowany:

a) Całodobowo

109. Wyjazd na szlak z jednoodstępową blokadą liniową na Sz:

a) Do 40 w granicach posterunku ruchu.

110.Semafor kształtowy Sr3. Do kiedy jechać 40 km/h?

a) Do końca okręgu zwrotnicowego

b) Na całej drodze przebiegu

111. Semafor pomarańczowe migające, pod pomarańczowe ciągle z belką zieloną i jaka prędkość przy następnym semaforze?

a) 40 km/h lub 60 km/h

112. Sygnał zastępczy na blokadę półsamoczynną, do kiedy jechać 40 km/h?

a) W granicach postrunku ruchu

113. Sygnał Rt5 (rysunek):

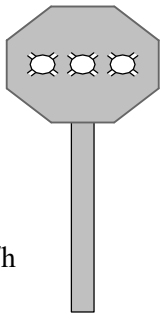

a) Należy zjechać z górki

b) Można podepchnąć skład do górki

c) Należy podepchnąć skład do górki z prędkością nie większą niż 3 km/h

114. W6b co należy zrobić przy wskaźniku?

a) Podawać sygnał baczność wielokrotnie do przejazdu

b) Podać sygnał baczność

115. Semafor zielone ciągłe u góry i pomarańczowe ciągłe u dołu z pomarańczową belką i wskaźnikiem W21 z cyfrą 8:

a) 80 km/h przy tym, a potem z najwyższą dozwoloną

b) 60 km/h przy tym, a potem z najwyższą dozwoloną

116. Wskaźnik W19:

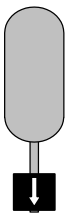

a) Między dwoma następnymi semaforami jest mniejsza droga hamowania od obowiązującej na danej linii.

117. Mikrofon powinno się trzymać w odległości:

a) 3cm

b) 5-8cm

c) 10-15cm

d) około 30cm

118. Wyjazd manewrów za wskaźnik W5 na szlak po torze właściwym linii dwutorowej, ruch jednostronny:

a) Radiołączność z dyżurnym tego postrunku

b) Radiołączność z dyżurnym następnego posterunku

c) Rozkaz pisemny

119. I stopień odsprężynowania:

a) między zestawem kołowym, a wózkiem

b) między wózkiem, a pudłem

c) między fotelem, a pudłem (mniej więcej)

120. II stopień odsprężynowania:

a) między zestawem kołowym, a wózkiem

b) między wózkiem, a pudłem

121. Pominięcie SBL na stój:

a) Do następnego semafora z sygnałem

122. Wyjazd na Sz na SBL:

a) Nie obowiązuje zasada, zgodnie z którą na jednym torze, szlaku lub odstępie może znajdować się równocześnie tylko jeden pociąg oraz, że nie ma innych przeszkód do jazdy.

123. Aparatem elektrycznym jest:

a) stycznik

b) przetwornica

c) prądnica

d) silnik

124. Pytanie o falownik:

a) Regulacja prędkości obrotowej silnika, zmiana wartości prądu przekazywanego na silnik (Plus minus)

125. Pytanie o hamulec elektrodynamiczny:

a) Przekształcenie energii kinetycznej na elektryczną z wykorzystaniem silników

126. Hamulec elektropneumatyczny:

a) Nie zmienia wartości ciśnienia w przewodzie głównym, hamowanie za pomocą wprowadzenia powietrza do poszególnych cylindrów.

127. Podczas manewrów należy otwierać przejazd co ile minut?

a) 10 minut

128. Manewry należy przerwać gdy?

a) Gdy należy przepuścić pojazd uprzywilejowany.

129. Napięcie sieci trakcyjnej w Polsce to?

a) 3000V prądu stałego

130. Jazda powyżej 5 minut jest zabroniona?

a) Na „oporach”(może być też na wysokim rozruchu)

131. Oznaczenie prądu stałego to?

a) DC

b) AC

c) CD

d) AD

132. Po zamknięciu pociągu poniżej 12h należy się?

a) Próba

uproszczona

133. Co to jest

Odcinek: ✓

a) Jest to cześć lini kolejowej zawarta między sąsiednimi stacjami węzłowymi.

134. Po jakim rozjeździe można pojechać w 3 kierunkach?

a) rozjazd krzyżowy pojedynczy

135. Po jakim rozjeździe można pojechać w 3 kierunkach?

a) rozjazd pojedynczy

136. Po jakim rozjeździe można pojechać w 4 kierunkach?

a) Rozjazd krzyżowy podwójny

137. Jak maszynista może podać dokładną lokalizacje na szlaku:

a) Za pomocą tablicy hektometrowej lub słupka hektometrowego

138. Co jest zródłem prądu:

a) przetwornica

139. Gdzie znajdują się odłączniki pantografów pojazdu:

a) Na dachu

140. Jeżeli dojdzie do przeładowania przewodu głównego to co należy zrobić?

a) Wykonać próbę szczegółową

141. Jaka jest prędkość przy dojeżdżanie do składu?

a) 3

km/h

142. Co należy robić jako pierwsze podczas rozczepiania składu ze sprzęgieł śrubowym?

a. Zamknąć kurki przewodów powietrznych (jeśli nie da się jednocześnie najpierw zamknąć ten od lokomoywy)

143. Co należy wykonać przy łączeniu składu ze sprzęgieł śrubowym?

a. Połączyć sprzęg śrubowy, połączyć kurki powietrzne, podłączyć wysokie napięcie

144. . Gdzie nie wolno wykładać płóz?

a. Metr przed łączeniem szyn (taka była chyba odpowiedź prawidłowa, ale można jeszcze):, przed odcinkiem izolowanym, na dwóch różnych tokach szyn, po zewnętrznej stronie łuku, przed przejazdami kolejowo drogowymi

145. Co nazywamy rejonem manewrowym?

a. Obszar stacji wydzielony pod względem organizacji i technologii manewrów, w którym zasadniczo zatrudniona jest jedna drużyna manewrowa z lokomotywą manewrową lub innym urządzeniem technicznym służącym do manewrów.

146. Semafory i sygnalizatory obsługiwane przez posterunki stale zamknięte oznacza sie wskaźnikiem?

a. Kasowania W31

147. Jak powinien zareagować maszynista po zauważeniu spadku ciśnienia w przewodzie głównym?

a. Na liniach wielotorowych, szczególnie przed łukiem nadać sygnał radiostop

148. Przy oznaczeniach w rozkładzie: R5, H, W24 co będzie zgodą na wyjazd na tor lewy?

a. Rozkaz pisemny N, oraz semafor z wyświetlonym wskaźnikiem W24

149. Co oznacza literka „m" na semaforze?

a. Na ten semafor można wykonywać manewry

150. Sieć radiowa w PL – cyfrowa i analogowa

151. Co kieruje na dany tor? - rozjazd – iglica

152. W którym miejscu krzyżują się tory? - w Krzyżownicy

153. Co to nastawnia dysponująca? - Steruje całą stacją

154. Czy nastawniczy może podać sygnał Rd1 Nakaz Jazdy? - Na każdorazowe polecenie dyżurnego ruchu z nastawni wykonawczej

155. Do czego służy przetwornica w lokomotywach? – Do zasilenia wentylatorów silników trakcyjnych (chłodzenie), oraz zasilenia prądnicy (ładowanie akumulatorów)

156. Rodzaj odsprężynowania 2 stopnia? – pneumatyczne (poduszki)

157. Oznaczenie ZS w rozkładzie jazdy – Posterunek zdalnie sterowany

158. Jak się zachować po śmiertelnym wypadku? - zatrzymać pociąg i powiadomić Dyżurnego Ruchu

159. Do czego się powołuje komisje powypadkowe? - Do ustalenia przyczyn wypadku

160. Posterunek zapowiadawczy – mający możliwość zamiany kolejności jazdy pociągów wyprawianych na tor szlakowy przyległy do tego posterunku (stacje i podg)

161. Czy można manewrować skład zagrażający wykolejeniu? - można pod okiem rewidenta

162. Na jaką odległość można zbliżyć się do sieci trakcyjnej? 1,4 metra

163. Doczepiamy wagony bez ważnej próby hamulca, ile % składu musi być aby wykonać próbę szczegółową? Odpowiedź poprawna 60%

164. Sygnał Rt5 podepchnąć skład do górki do 15km/h (tylko na tarczach rozrządowych świetlnych) – szereg białych migających świateł w poziomie podawanych jednocześnie z sygnałem Ms2 jazda manewrowa dozwolona podanym na semaforze lub tarczy manewrowej ustawionej przy właściwym torze.

165. Kiedy trzeba podać sygnał baczność? - min przy mijaniu się pociągów podczas przejazdu przez przejazd kolejowo – drogowy

166. Hamowanie oporowe – Hamowanie ED, z tym że energia idzie w opory a nie wraca do sieci (w dużym skrócie i uproszczeniu)

167. Jednostka siły pociągowej? - 1kN

168. Przejechanie semafora na STÓJ bez skutków i bez następstw? - to incydent

169. Kiedy jest ważny Sz? - z informacją z jakiej przyczyny i na jaki tor

170. Jakie trzeba spełnić warunki by wjechać na tor częściowo zajęty? - rozkaz pisemny O, do 20km/h i Sz na semaforze. (nie mylić z jazdą na tor zajęty) ✓

171. Maksymalna prędkość manewrowa na torze wolnym oprócz jazdy po rozjazdach? - 40km/h

172. Ogólna prędkość manewrowa? - 25km/h

173. Jaki rozkaz pisemny na jazdę w odstępie posterunków następczych na samoczynnej blokadzie liniowej? - rozkaz S na unieważnieni blokady ✓

174. Osygnalizowanie pociągu jadącego po torze lewym, ale zamkniętym? - Pc2 z przodu i Pc5 z tyłu

175. Gdzie znajduje się przewoźny radiotelefon? - na PSD

176. Jaka jest odległość na międzytorzu? - 5 m

177. Bezpieczna odległość do przejścia między wagonami? - 20m

178. Bezpieczna odległość do przejścia od stojącego taboru? - 10m

179. DSU – Dokumentacja Systemu Utrzymania

180. Co oddziela szlak od stacji? - semafory wjazdowe ✓

181. Radiołączność w PL? - simpleksowa dwukierunkowa z selektywnym wywołaniem grupowym

182. Ciśnienie na końcu pociągu pasażerskiego? 0,48MPa

183. Ciśnienie na końcu pociągu towarowego? 0,46MPa

184. Jakie może być minimalne ciśnienie w przewodzie zasilającym (zbiornikach głównych), aby można było kontynuować jazdę?? Poniżej 0,55Mpa

185. Na tory zakończone nie wolno przyjmować pociągów? Z towarami niebezpiecznymi

186. Co oznacza czerwone światło na semaforze?
   a. Stój

187. Jak wygąda sygnał Rm1 „Do mnie” podawany przez uprawnioną do tego osobę?
   a. Dwa długie tony gwizdkiem, oraz chorągiewka bądź ręka poruszane poziomo.

188. Co reguluje obręb obsługiwany przez nastawnię (czy jakoś tak)
   a. Regulamin techniczny stacji

189. Kto może przebywać w nieczynnej kabinie maszynisty?
   a. Konwojenci, lub pracownicy wyznaczeni do jazd doświadczalnych itp.

190. Kiedy należy wykonać próbę szczegółową hamulca – W stacjach oznaczonych w wewnętrznym rozkładzie jazdy

191. Jaką próbę należy wykonać po użyciu odluźniaczy? – Próbę szczegółową

192. Co to jest i jak działa rozruch oporowy? – Rozruch oporowy polega na wytrącaniu oporów z obwodu głównego powodując zwiększony przepływ prądu przez silniki trakcyjne.

193. Na jakim kanale wykonujemy test radiostopu? – na Kanale 000 lub 10

194. Jaka jest prędkość manewrowa z podróżnymi po nie zabezpieczonej drodze przebiegu? – 10km/h

195. Jaka prędkość na torze zamkniętym, zajętym przez inny pojazd? 30km/h

196. Jakiego pociągu nie można przyjąć na tor częściowo zajęty? – pociągu z towarami niebezpiecznymi

197. Kiedy można wejść między wagony w celu ich sprzęgnięcia? – po zatrzymaniu się pojazdów.

198. W jakich jednostkach podawana jest długość pociągu? – W metrach ✓

199. Co oznacza wskaźnik We9a? – Jazda z poborem prądu.

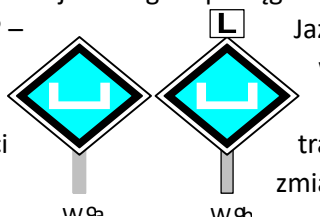

200. Gdzie znajduje się wyłącznik nożowy pantografów? – Na dachu lokomotywy.

201. Jakie napięcie panuje w sieci trakcyjnej w Polsce? – 3 kV

202. Jaką próbę wykonujemy po zmianie kabiny? Próbę uproszczoną.

203. Jakie zadanie spełnia posterunek zapowiadawczy? – Może krzyżować pociągi, rozpoczynać i kończyć ich przejazdy, oraz **zmieniać kolejność wyprawiania pociągów**

204. Co to jest stacja węzłowa? Jest to stacja z której można jechać w minimum trzech kierunkach ✓

205. Jakim hamulcem jest hamulec pneumatyczny? – Hamulcem samoczynnym.

206. Jakie funkcje pełni zawór rozrządczy? – reagując na impulsy pneumatyczne w przewodzie głównym odpowiednio wpuszcza powietrze ze zbiornika pomocniczego do cylindrów hamulcowych, powodując hamowanie pociągu.

207. Kto może ocenić wagon po wykolejeniu? – Rewident

208. Kiedy jest ważna karta próby hamulca? – Po podpisaiu przez maszynistę i uprawnonego pracownika.

209. Co należy zrobić po stwierdzeniu luźnej obręczy na kole? – Wyłączyć wagon ze składu pociągu.

210. Co oznacza „M” na semaforze? – Nazwa semafora

211. Czy w przypadku cofania pociągu ze szlaku zmienia się jego osygnalizowanie? – Nie zmienia się.

212. Jak oznaczamy czoło pociągu jadącego torem zamkniętym na blokadzie dwu kierunkowej? – Normalnie, Pc1

213. Jak słownie nadać sygnał ALARM? – Wywołać selektywie (ZEW1 ZEW3) i wypowiedzieć 5 razy słowo alarm

214. Prędkość wjazdu na tory boczne? – 20km/h? (nie wiem)

215. Z jaką prędkością możemy jechać bez znajomości szlaku? – Do 40km/h

216. Co to TWR? – Towar wysokiego ryzyka

217. Ile jest Rezonatorów SHP na pojeździe? – Dwa

218. Kiedy może być wyświetlany świetlny wskaźnik W24 przy jeździe na tor lewy? – Zawsze, nie mylić się że tylko w porze dziennej albo tylko porze nocnej.